12 몫이 1보다 큰 것은 어느 것인가요? ( )

① $3 \div 4$ ② $8 \div 7$ ③ $9 \div 10$
④ $6 \div 8$ ⑤ $5 \div 6$

13 빈칸에 알맞은 분수를 써넣으세요.

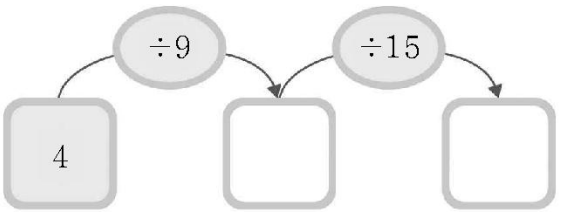

14 빈칸에 알맞은 분수를 써넣으세요.

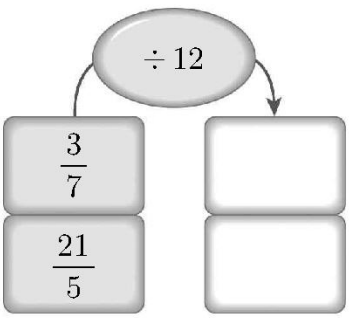

15 계산 결과를 비교하여 ○ 안에 >, =, <를 알맞게 써넣으세요.

$5\frac{2}{5} \div 3$ ○ $6\frac{1}{4} \div 5$

16 계산 결과가 다른 하나를 찾아 기호를 써 보세요.

㉠ $3\frac{3}{7} \div 8$ ㉡ $\frac{24}{7} \div 8$
㉢ $\frac{7}{24 \times 8}$ ㉣ $\frac{24}{7 \times 8}$

( )

17 진수는 2시간 동안 $4\frac{4}{5}$ km를 걸었습니다. 한 시간에 몇 km씩 걸은 셈인지 분수로 나타내어 보세요.

( ) km

18 □ 안에 알맞은 분수를 써넣으세요.

□ $\times 3 = \frac{4}{5}$

19 삼각형의 넓이가 9 cm^2일 때 밑변은 몇 cm인지 분수로 나타내어 보세요.

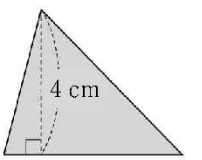

( ) cm

20 유라가 장미 모양을 한 개 만들 때 사용한 철사는 몇 m인지 분수로 나타내어 보세요.

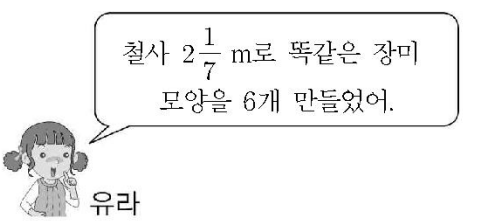

( ) m